1 . Yang termasuk kelompok besaran pokok adalah. .....

A . Panjang, Massa, Tekanan
B . Massa, Suhu, Kuat Arus
C . Panjang, Waktu, Daya
D . Waktu, Suhu, Percepatan

2 . Sebuah kubus kayu memiliki volume 5 cm^3. Jika massa jenis kayu 250 g/cm^3, maka massa kayu tersebut adalah .....

A . 1250 gram
B . 50 gram
C . 10 gram
D . 2 gram

3 . Pak Atma berangkat dari Denpasar pukul 08.00 WIB ke Jakarta. Jika lama perjalanan 2 jam, maka Pak Atma tiba di Jakarta pukul .....

A . 06.00 WIB
B . 09.00 WIB
C . 10.00 WIB
D . 11.00 WIB

4 . Grafik yang menunjukkan hubungan antara jarak dan waktu pada gerak lurus beraturan adalah .....

A .
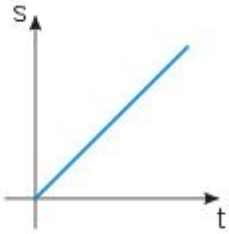

C .
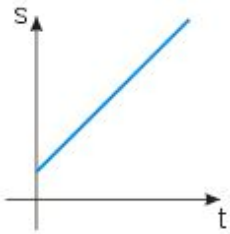

B .
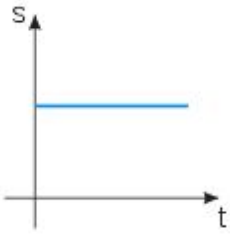

D .
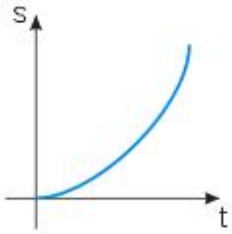

5 . Berat benda di udara 100 N, lalu dimasukkan dalam zat cair sehingga mengalami kenaikan volume 1,5m^3. Jika berat jenis zat cair 10 N/m^3, maka berat benda dalam zat cair adalah .....

A . 1500 N
B . 115 N
C . 85 N
D . 6,7 N

6 . Tembaga bermassa 2 kg dengan suhu 30°C menerima kalor sebesar 39.000 J. Jika kalor jenis tembaga 390 J/kg °C, maka suhu akhir dari tembaga adalah .....

A . 80 °C
B . 50 °C
C . 30 °C
D . 20 °C

7 . Banyak getaran yang terjadi setiap detik disebut .....

A . Panjang gelombang
B . Periode
C . Amplitudo
D . frekuensi

8 . Gelombang yang terdiri dari rapatan dan.renggangan disebut gelombang .....

A . Transversal
B . Elektromagnetik
C . Longitudinal
D . Mekanik

9 . Dari beberapa medium berikut, gelombang bunyi akan merambat lebih cepat pada .....

A . Alumunium
B . Udara
C . Gas Karbon
D . Alkohol

10 . Gambar sinar istimewa pada cermin cekung di bawah ini yang benar adalah .....

A .

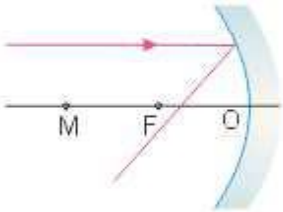

C .

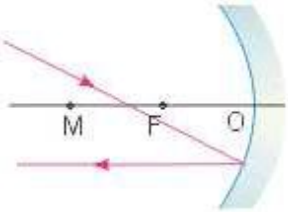

B .

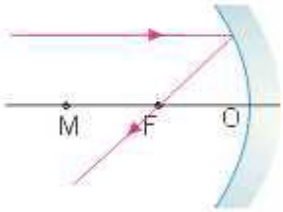

D .

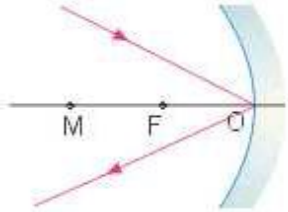

11 . Ketika benda yang diamati dengan lup ditempatkan pada ruang II, maka akan diperoleh bayangan yang terlihat .....

A . jelas
B . samar
C . tak terlihat
D . tidak jelas

12 . Kaca yang digosokkan kain sutera akan bermuatan positif. Hal ini terjadi karena .....

A . elektron berpindah dari kain sutera ke kaca
B . elektron berpindah dari kaca ke kain sutera
C . proton berpindah dari kain sutera ke kaca
D . proton berpindah dari kaca ke kain sutera

13 . Bahan yang digunakan untuk mencegah terjadinya polarisasi pada batu baterai adalah .....

A . Larutan H_2SO_4
B . MnO_2 dan serbuk karbon
C . $PbSO_4$
D . NH_4Cl

14 . Arus listrik sebesar 10 A mengalir pada sebuah penghantar selama 2 menit. Banyaknya muatan listrik yang mengalir pada penghantar adalah .....

A . 5 Coulomb
B . 12 Coulomb
C . 20 Coulomb
D . 1200 Coulomb

15 . Manakah grafik yang menyatakan.hubungan antara beda potensial dengan kuat arus listrik?

A .

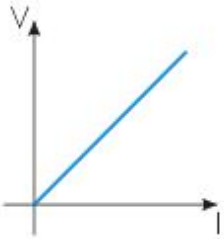

C .

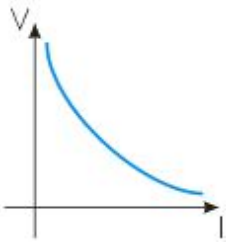

B .

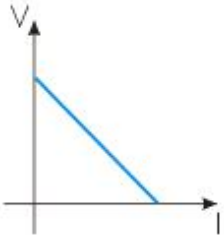

D .

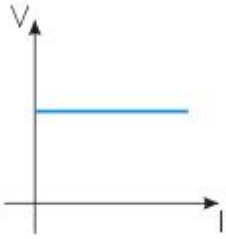

16 . Dari gambar rangkaian berikut, manakah yang akan mengalirkan arus listrik paling besar ?

A .

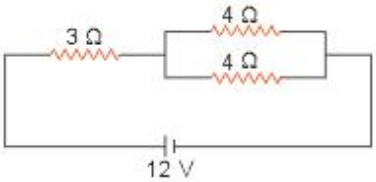

B .

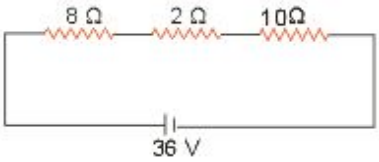

C .

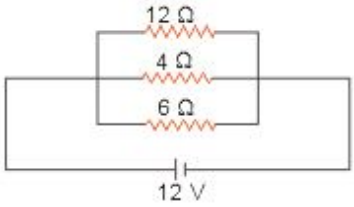

D .

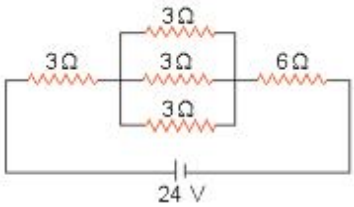

17 . Sebuah lampu TL bertuliskan 10 W, 220 V. Hal ini berarti lampu tersebut memerlukan .....

A . energi 10 J/detik dan arus 0,045 A
B . energi 10 J/detik dan arus 22 A
C . energi 10 J/menit dan arus 0,045 A
D . energi 10 J/menit dan arus 22 A

18 . Perhatikan gambar !

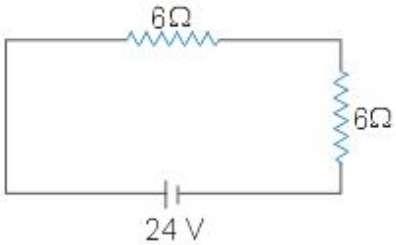

Daya listrik pada rangkaian di atas adalah .....

A . 2 watt
B . 24 watt
C . 48 watt
D . 72 watt

19 . Medan magnet yang terdapat pada solenoid yang diberi arus listrik adalah sama dengan medan magnet yang terdapat pada .....

A . magnet ladam
B . magnet batang
C . magnet silinder
D . magnet jarum

20 .



Berdasarkan gambar di atas dapat ditentukan bahwa .....

A . A kutub Utara, B kutub Utara
B . A kutub Selatan, B kutub Utara
C . A kutub Selatan, B kutub Selatan
D . A kutub Utara, B kutub Utara

21 . Sebuah resistor mempunyai susunan warna coklat, merah, hijau, emas, maka, nilai resistansi resistor tersebut adalah .....

A . 1200 k ohm
B . 1200 ohm
C . 120 ohm
D . 12 ohm

22 . Dari keempat gambar rangkaian dioda berikut yang lampunya menyala adalah .....

A . 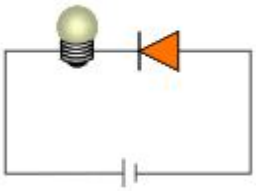

C . 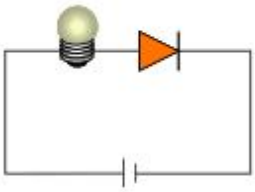

B . 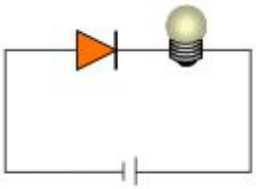

D . 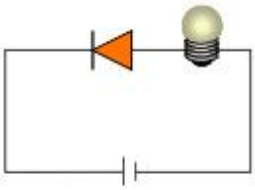

23 . Salah satu ciri yang membedakan makhluk hidup dengan makhluk tak hidup adalah .....

A . memiliki massa
B . menempati ruang
C . mereaksi rangsang
D . mempunyai bentuk

24 . Perhatikan gambar sel tumbuhan di bawah ini!

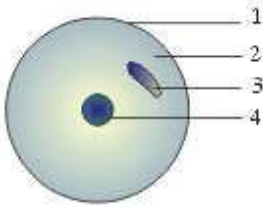

Bagian sel yang berfungsi mengatur seluruh kegiatan sel ditunjukkan oleh nomor .....

A . 1
B . 2
C . 3
D . 4

25 . Perhatikan ciri-ciri tumbuhan berikut :
1. tumbuhan berbentuk pohon atau semak
2. memiliki sistem perakaran tunggang
3. batang berkayu
4. biji tidak dibungkus oleh daun buah
5. organ reproduksi berbentuk kerucut (strobilus)

Tumbuhan yang mempunyai ciri-ciri di atas adalah .....

A . tumbuhan paku (Pterydophyta)
B . tumbuhan biji terbuka (Gymnospermae)
C . tumbuhan berkeping satu (monokotil)
D . tumbuhan berkeping dua. (dikotil)

26 . Yang termasuk jenis hewan karnivora adalah .....

A . musang, ular dan tikus
B . kambing, kerbau, dan kelinci
C . katak, cicak, dan kupu-kupu
D . harimau, serigala, dan buaya

27 . Simbiosis yang terdapat pada gambar di bawah ini termasuk .....

A . parasitisme
B . sapropitisme
C . komensalisme
D . mutualisme

28 . Pada sebuah transformator terdapat jumlah kumparan primer 1200 dan jumlah kumparan sekunder 1000. Jika arus primer 4 A, maka besar kuat arus sekunder adalah .....

A . 2 Ampere
B . 3 Ampere
C . 4 Ampere
D . 4,8 Ampere

29 . Arus listrik yang dihasilkan dinamo dapat digambarkan dalam grafik .....

A .
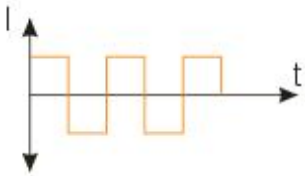

C .
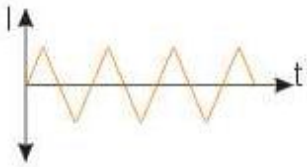

B .
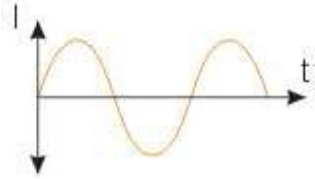

D .

30 . Ketika merancang sebuah transformator, agar dihasilkan tegangan sekunder 220 Volt dari tegangan primer 110 volt, maka perbandingan jumlah lilitan sekunder dengan lilitan primer adalah .....

A . 2 : 3
B . 3 : 2
C . 6 : 12
D . 12 : 6.

31 . Perhatikan gambar penampang batang di bawah ini !

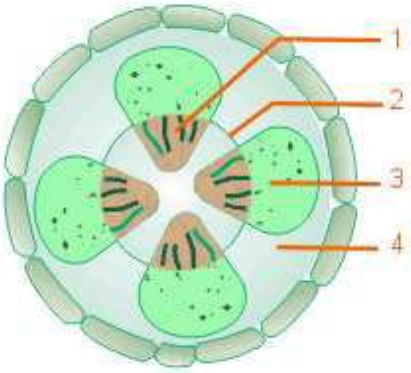

Bagian yang berfungsi mengedarkan.hasil fotosintesis adalah .....

A . 1
B . 2
C . 3
D . 4

32 . Urutan alat pencernaan pada belalang adalah .....

A . mulut-kerongkongan-lambung-hati-usus-anus
B . mulut-kerongkongan-tembolok-empedal-lambung-anus
C . mulut-kerongkongan-tembolok-lambung kelenjar-usus-anus
D . mulut-kerongkongan-lambung-hati-pankreas-usus-anus

33 . Perhatikan gambar!

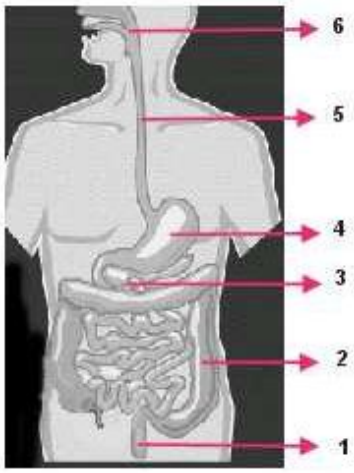

Bagian alat pencernaan yang menghasilkan enzim pepsin ditunjukkan oleh nomor .....

A . 1
B . 2
C . 3
D . 4

34 . Gambar yang menunjukkan jantung golongan Aves adalah .....

A .

C .

B .

D .

35 . Ciri-ciri tulang rawan adalah .....

A . banyak mengandung zat perekat bersifat lentur
B . banyak mengandung zat kapur dan bersifat lentur
C . banyak mengandung zat perekat dan bersifat tidak lentur.
D . banyak mengandung zat kapur dan bersifat tidak lentur

36 . Perhatikan gambar di bawah ini !

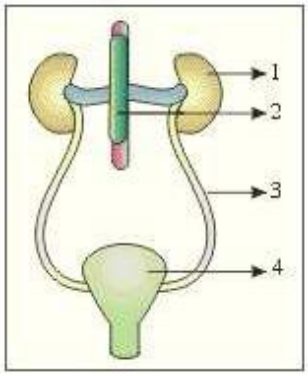

Yang berfungsi sebagai penampung air seni atau urine adalah. .....

A . 1 C . 3
B . 2 D . 4

37 . Hal-hal berikut ini berhubungan dengan gerak
1. rangsang
2. urat saraf motorik
3. otak
4. urat saraf sensorik
5. neuron perantara
6. gerakan
Urutan gerak refleks yang benar adalah .....

A . 1-2-5-4-6 C . 1-5-4-2-6
B . 1-4-3-2-6 D . 1-4-5-2-6

38 . Pernyataan manakah yang menunjukkan cara pengangkutan hormon di dalam tubuh?

A . Hormon diedarkan keseluruh tubuh melalui jaringan saraf dan berlangsung cepat
B . Hormon diangkut dari kelenjar buntu dan diedarkan ke seluruh tubuh oleh darah berlangsung lambat
C . Hormon beredar bersamaan peredaran darah menuju jaringan dan organ organ tertentu
D . hormon diedarkan oleh pembuluh.limpa dari kelenjar buntu menuju jaringan dan organ tertentu

39 . Salah satu makhluk hidup yang berkembang biak secara vegetatif adalah .....

A . kelapa C . padi
B . jagung D . pisang

40 . Perhatikan gambar okulasi di bawah ini!

1. merupakan tanaman berbuah besar dengan akar lemah.
2 merupakan tanaman berbuah kecil dengan akar kuat
Setelah okulasi tumbuh, maka tanaman baru bersifat .....

A . buah besar akar kuat C . buah kecil akar kuat
B . buah besar akar lemah D . buah kecil akar lemah

41 . Perhatikan gambar penampang putik di bawah ini!

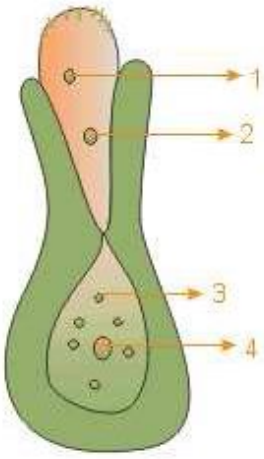

Yang akan melebur membentuk zigot adalah. .....

A . 1 dan 2
B . 1 dan 4
C . 2 dan 3
D . 3 dan 4

42 . Perhatikan gambar (embrio anak tikus) !

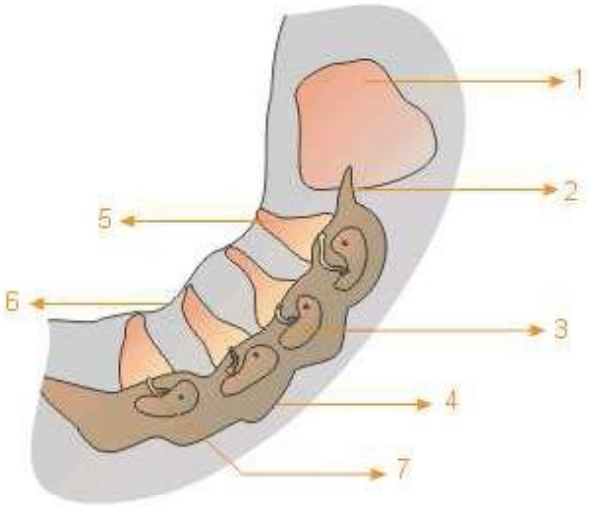

Berdasarkan gambar di atas, zat makanan dan oksigen untuk pertumbuhan dan perkembangan embrio diperoleh dari induknya melalui .....

A . 1 dan 2
B . 3 dan 4
C . 4 dan 6
D . 5 dan 7

43 . Perhatikan gambar berikut!

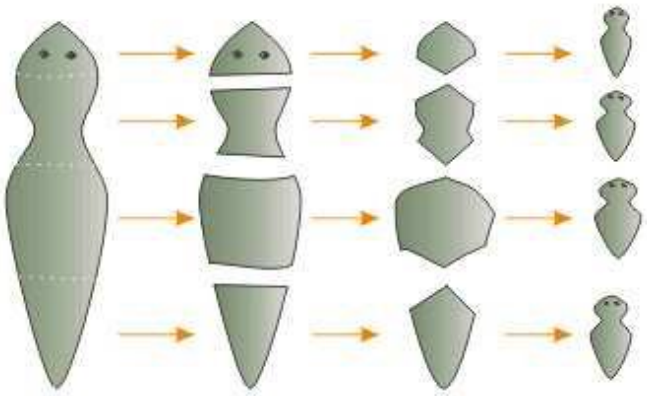

Gambar di atas menunjukkan proses pembiakan vegetatif pada hewan rendah dengan

cara .....

A . reproduksi regenerasi
B . pembelahan biner
C . pertunasan
D . pembentukan spora

44 . Sifat yang muncul pada keturunan disebut .....

A . Resesif
B . Dominan
C . Intermediet
D . Homozygot

45 . Perhatikan persilangan Monohibrid dan dominan penuh di bawah ini !

		Bunga mawar merah	x	Mawar putih
P_1	→	MM		mm
Gamet	→	M		m
		M		m
F_1	→	.....		
P_2	→	Mm	x	Mm
Gamet	→	M		M
		m		m

F_2 →

♀ \ ♂	M	m
M	1	2
m	3	4

Dari tabel hasil persilangan di atas, individu yang memiliki genotip persis sama dengan induk (P^1) terdapat pada kolom bernomor .....

A . 1 dan 2
B . 2 dan 3
C . 1 dan 4
D . 2 dan 4

46 . Persilangan dua sifat berbeda (Dihibrida), apalagi hasil F_1 disilang lagi sesamanya, maka akan menghasilkan perbandingan fenotip pada F_2, sebagai berikut....

A . 1 : 2 : 1
B . 3 : 1
C . 9 : 3 : 3 : 1
D . 9 : 3 : 1

47 . Perhatikan cara-cara memilih bibit berikut!
1. memperhatikan bentuk
2. keadaan tanah di sekitarnya
3. memasukkan ke dalam air
4. pemberian pupuk yang teratur

Cara memilih bibit dengan cara teknologi sederhana adalah .....

A . 1 dan 2
B . 1 dan 3
C . 2 dan 3
D . 2 dan 4

48 . Makanan seimbang yang mempunyai kandungan karbohidrat, lemak, protein, mineral, dan vitamin adalah .....

A . jagung, pepaya, bayam
B . nasi, telur, ikan, kacang
C . singkong, ikan, sayur, pisang ambon
D . lontong, daging ayam, telur, kerupuk udang

49 . Salah satu cara pengendalian.perkembangan penduduk selain program. KB adalah .....

A . adanya undang-undang perkawinan
B . mencegah urbanisasi
C . melaksanakan transmigrasi
D . adanya penentuan batas usia kawin

50 .

	Uji Gizi	Bahan Uji	Standar Hasil	Caranya
A.	Karbohidrat	Lugol/Iodium	Biru/Hitam	Langsung
B.	Gula	Larutan Benedict	Ungu	Dipanaskan
C.	Protein	Larutan Biuret	Violet	Dipanaskan
D.	Lemak	Kertas sampul cokelat	Kering	Langsung

Pada tabel di atas yang menunjukkan hasil uji coba kandungan zat dalam bahan makanan adalah .....

A . A
B . B
C . C
D . D